# Die stelling van Pythagoras: die ontbrekende sy vind

**WERKKAART**

Naam: _____ Klas: _____

Datum: _____ PUNT ____ / 8

*Beantwoord al die vrae. Toon al jou bewerkings — punte word vir die metode sowel as vir die finale antwoord toegeken.*

**1** 'n Reghoekige driehoek het reghoeksye van 6 en 8. Bepaal die skuinssy. (2)

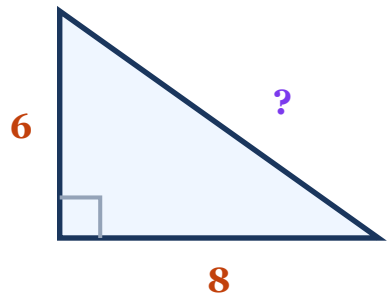


**2** Reghoeksye van 5 en 12 — bepaal die skuinssy. (2)

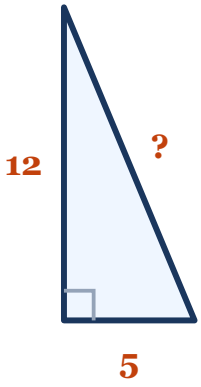

**3** Skuinssy 10, een reghoeksy 6. Bepaal die ander reghoeksy. (2)

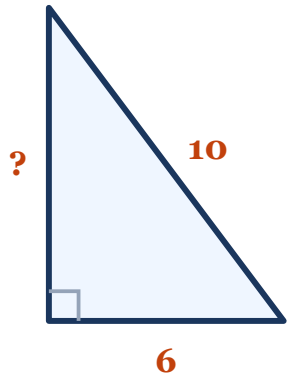


**4** Is 'n driehoek met sye 3, 4, 6 reghoekig? (2)

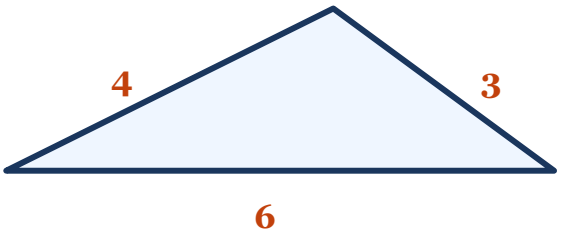


**TOTAAL: 8 punte**

© Danemathics — gratis om te druk en vir klasgebruik te deel.